Họ và tên: ..... Lớp: .....

ĐỀ CƯƠNG ÔN THI HK2 – MÔN TOÁN

PHẦN I. TRẮC NGHIỆM (3 điểm) (Mỗi câu đúng được 0,25 điểm) Chọn đáp án đúng nhất.

Câu 1. Trong các số sau, số nào là số thập phân âm?

A. 75 B. -75 C. $-7,5$ D. $7,5$

Câu 2. Phân số $\frac{2}{5}$ viết dưới dạng phần trăm là:

A. $0,25\%$ B. 25% C. 4% D. 40%

Câu 3. Viết số thập phân $0,25$ về dạng phân số thập phân ta được:

A. $\frac{25}{100}$ B. $\frac{-25}{100}$ C. $\frac{-2}{5}$ D. $\frac{2}{5}$

Câu 4. Phân số nào sau đây bằng phân số $\frac{-2}{5}$?

A. $\frac{2}{10}$ B. $\frac{-2}{10}$ C. $\frac{4}{10}$ D. $\frac{-4}{10}$

Câu 5. Kết quả làm tròn số $12,345$ đến hàng phần trăm là:

A. $12,35$ B. $12,34$ C. 12 D. $12,3$

Câu 6. Số đối của số thập phân $-10,09$ là:

A. $-10,09$ B. $10,09$ C. $-10,9$ D. $10,9$

Câu 7. Hãy sắp xếp các số thập phân sau: $-2,9;\ -2,98;\ 0,7;\ 1;\ 22,5$ theo thứ tự tăng dần:

A. $-2,98;\ -2,9;\ 0,7;\ 1;\ 22,5$ B. $0,7;\ 1;\ 22,5; -2,98;\ -2,9;$

C. $-2,98;\ -2,9;\ 22,5;\ 0,7;\ 1$ D. $-2,98;\ -2,9;\ 1;\ 22,5;\ 0,7$

Câu 8. Trong các câu sau, khẳng định nào đúng?

A. Muốn trừ số thập phân a cho số thập phân b, ta cộng a với b

B. Muốn trừ số thập phân a cho số thập phân b, ta cộng a với số đối của b

C. Muốn cộng hai thập phân âm, ta cộng hai số đối của chúng.

D. Muốn cộng hai thập phân khác, ta cộng hai số đối của chúng.

Câu 9. Quan sát hình vẽ bên dưới, khẳng định nào sau đây là sai?

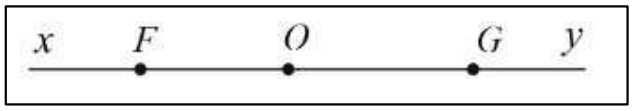

A. Hai điểm F và G nằm khác phía so với điểm O . B. Hai điểm F và O nằm khác phía so với điểm G .

C. Ba điểm O, F, G thẳng hàng. D. Điểm O nằm giữa F và G

Câu 10. Ở hình 1, điểm nào sau đây không thuộc đường thẳng d ?

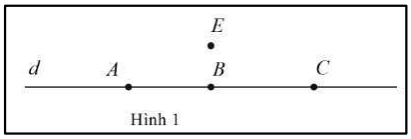

A. Điểm C . B. Điểm A . C. Điểm E . D. Điểm B

Câu 11. Quan sát hình: Hình nào sau đây biểu diễn M là trung điểm AB

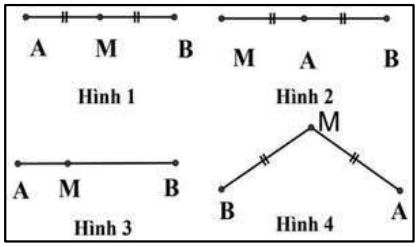

A. Hình 1 . B. Hình 2. C.Hình 3. D. Hình 4

Câu 12. Trong hình vẽ dưới đây, số đo mOn bằng bao nhiêu độ?

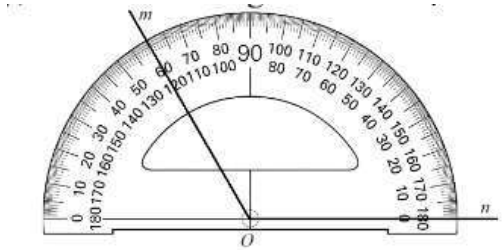

A. $180°$. B. $60°$. C. $120°$. D. $125°$.

PHẦN II. ĐÚNG – SAI. Trong mỗi ý a), b), c), d) ở mỗi câu, thí sinh chọn đúng hoặc sai

Câu 1. Lớp $6A$ có 40 học sinh xếp loại kết quả học tập trong HKII bao gồm 2 loại: Tốt, khá và đạt

Số học sinh Tốt chiếm $\frac{2}{5}$ tổng số học sinh của lớp. Số học sinh đạt chiếm $\frac{3}{8}$ tổng số học sinh của lớp, còn lại là học sinh khá. Khi đó:

a) Số học sinh Tốt của lớp $6A$ là 16 học sinh.

b) Số học sinh đạt của lớp $6A$ là 14 học sinh

c) Số học sinh khá của lớp $6A$ là 9 học sinh

d) Số học sinh loại giỏi là cao nhất.

Câu 2. Các khẳng định sau đây đúng hay sai?

a) Góc là hình gồm hai tia chung gốc.

b) ABC có đỉnh góc là A

c) ABC có cạnh của góc là AB và BC

d) Tia Ax và tia By là hai tia chung gốc

PHẦN III. TRẢ LỜI NGẮN

Câu 1. Rút gọn phân số $\frac{12}{18}$ mẫu số của phân số tối giản là:

Câu 2. Cho phân số thập phân sau $\frac{-15}{10}$ được viết dưới dạng số thập phân là:

Câu 3. Làm tròn số thập phân $3,678$ đến hàng phần mười là:

Câu 4. Trên đoạn thẳng AB có độ dài $8cm$, điểm M là trung điểm AB. Độ dài đoạn AM bằng bao nhiêu cm?

PHẦN IV. TỰ LUẬN

Câu 1. Thực hiện phép tính (hợp lí nếu có):

a) $\frac{5}{7}+\frac{-2}{7}$ b) $\frac{2}{7}.\frac{-8}{5}+\frac{2}{7}.\frac{3}{5}$

Câu 2. Tìm x, biết:

a) $\frac{1}{4}-x=\frac{1}{8}$ b) $2x-0,5=3,5$

Câu 3. Một mảnh vườn hình chữ nhật có chiều dài $12,65\ m$ và chiều rộng $8,28\ m$.

a) Tính diện tích của mảnh vườn đó *(làm tròn đến hàng phần trăm)*

b) Người ta muốn rào xung quanh mảnh vườn bằng lưới thép. Hỏi cần bao nhiêu mét lưới? *(làm tròn đến hàng phần mười)*

Câu 4. Trên tia Ax lấy điểm M, N sao cho $AN=8cm$; $AM=4cm$

a) Vẽ hình

b) Tính độ dài đoạn thẳng MN.

c) Điểm M có phải là trung điểm của đoạn AN không? Vì sao?

ĐỀ 02

PHẦN I. TRẮC NGHIỆM (3 điểm) (Mỗi câu đúng được 0,25 điểm) Chọn đáp án đúng nhất.

Câu 1. Hỗn số thể hiện cho phần được tô màu là:

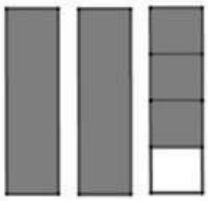

A. $2\frac{3}{4}$ B. $3\frac{3}{4}$ C. $1\frac{3}{4}$ D. $2\frac{1}{3}$

Câu 2. Kết quả của phép tính $\frac{11}{5}-\frac{44}{25}$ là:

A. $\frac{25}{11}$ B. $\frac{-33}{25}$ C. $\frac{-11}{25}$ D. $\frac{11}{25}$

Câu 3. Chọn khẳng định **đúng**. Trong hai phân số có cùng mẫu số thì:

A. Phân số nào có tử số lớn hơn thì phân số đó lớn hơn.

B. Phân số nào có tử số bé hơn thì phân số đó bé hơn.

C. Nếu tử số bằng nhau thì hai phân số đó bằng nhau.

D. Cả A, B, C đều đúng.

Câu 4. Số đối của $0,125$ là:

A. $0,125$ B. $\frac{125}{1000}$ C. $-\frac{125}{10000}$ D. $\frac{-125}{1000}$

Câu 5. Trong các số sau đây, số lớn hơn $3,55$ là:

A. $3,56$. B. $3,05$. C. $3,50$. D. $3,550$.

Câu 6. Trong một cuộc thi chạy 200 m, có ba vận động viên đạt thành tích cao nhất là:

Mai Anh: 31,42 giây; Ngọc Mai: 31,48 giây; Phương Hà: 31,09 giây.

Các vận động viên đã về Nhất, về Nhì, về Ba lần lượt là:

A. Ngọc Mai, Mai Anh, Phương Hà. B. Ngọc Mai, Phương Hà, Mai Anh.

C. Phương Hà, Mai Anh, Ngọc Mai. D. Mai Anh, Ngọc Mai, Phương Hà.

Câu 7. Vì hoàn thành tốt nhiệm vụ nên bốn bạn Tiến, Dũng, Hoàng, Quân được cô thưởng cho mỗi bạn một thanh chocolate giống như nhau. Được biết sau khi ăn, số phần chocolate còn lại của mỗi bạn lần lượt là $\frac{3}{4}$; $\frac{2}{3}$; $\frac{7}{12}$; $\frac{12}{36}$. Bạn còn nhiều chocolate nhất là:

A. Tiến B. Dũng C. Hoàng D. Quân

Câu 8. Một mảnh vườn hình chữ nhật có chiều dài 10,234 m và chiều rộng là 4,45 m. Chu vi của mảnh vườn là: *(làm tròn kết quả đến hàng phần trăm)*

A. $29,37m^2$ B. 14,68m C. 29,37m D. 29,36m

Câu 9. Trong các hình dưới đây, hình có tâm đối xứng là:

			
Hình 1	Hình 2	Hình 3	Hình 4

A. Hình 1 B. Hình 2 C. Hình 3 D. Hình 4

Câu 10. Trong hình vẽ sau, có bao nhiêu tia?

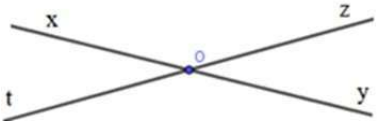

A. 2 B. 0 C. 4 D. 1

Câu 11. Cho đoạn thẳng AB dài 12cm, M là trung điểm của đoạn thẳng AB. Khi đó, độ dài của đoạn thẳng MA bằng:

A. 3cm B. 15cm C. 6cm D. 20cm

Câu 12. Số đo của góc *mAn* là:

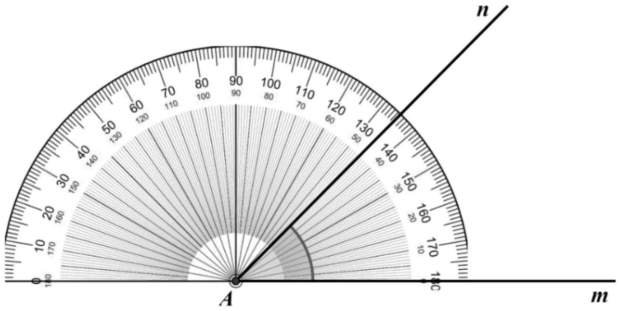

A. $mAn = 135^o$ B. $mAn = 55^o$ C. $mAn = 45^o$ D. $mAn = 35^o$

PHẦN II. ĐÚNG – SAI. Trong mỗi ý a), b), c), d) ở mỗi câu, thí sinh chọn đúng hoặc sai

Câu 1. Lớp 6B có 52 học sinh. Tổng kết cuối năm, xếp loại học lực của lớp 6B gồm 4 loại: xuất sắc, giỏi, khá và trung bình. Số học sinh xuất sắc bằng $\frac{3}{13}$ số học sinh cả lớp. Số học sinh giỏi bằng 50% số học sinh còn lại. Số học sinh giỏi lại bằng $\frac{5}{4}$ số học sinh khá. Khi đó:

a) Số học sinh xuất sắc của lớp 6B là 12 học sinh.

b) Số học sinh giỏi của lớp 6B là 26 học sinh

c) Số học sinh khá của lớp 6B là 16 học sinh

d) Tỉ số phần trăm giữa số học sinh xuất sắc và số học sinh khá là 75%

Câu 2. Các khẳng định sau đây đúng hay sai?

a) Góc có số đo 149^0 là góc nhọn.

b) Góc lớn hơn 90^0 và nhỏ hơn 180^0 là góc tù.

c) Một góc không phải là góc vuông thì là góc nhọn.

d) Góc có số đo nhỏ hơn 180^0 là góc tù.

PHẦN III. TRẢ LỜI NGẮN

Câu 1. Một bể nước có dung tích 120 lít. Hiện tại bể đang chứa $\frac{3}{5}$ lượng nước. Hỏi trong bể có bao nhiêu lít nước?

Câu 2. Viết phân số $\frac{-6}{5}$ dưới dạng số thập phân, ta được kết quả là?

Câu 3. Quan sát các máy "Làm tròn số" rồi tìm số thích hợp với máy cuối cùng.

Câu 4. Trên đoạn thẳngAB= $23cm$, lấy điểm H là trung điểm của đoạn thẳngAB. Độ dài đoạn AH bằng bao nhiêu cm?

PHẦN IV. TỰ LUẬN

Câu 1. Thực hiện phép tính (hợp lí nếu có):

a) $\frac{5}{18}+\frac{-11}{18}$ b) $\frac{3}{4}.\frac{1}{13}-\frac{3}{4}.\frac{14}{13}$

Câu 2. Tìm x, biết:

a) $x-2,75=7,25$ b) $2x-\frac{5}{2}=\frac{7}{2}$

Câu 3. Một mảnh vườn hình chữ nhật có chiều dài $15,75$ m và chiều rộng bằng $\frac{2}{3}$ chiều dài.

a) Tính chiều rộng của mảnh vườn.

b) Tính chu vi của mảnh vườn *(làm tròn đến hàng đơn vị).*

c) Tính diện tích của mảnh vườn *(làm tròn đến hàng phần trăm).*

Câu 4. Trên tia *Ox* lấy điểm *M, N* sao cho $OM=12cm$; $ON=6cm$.

a) Vẽ hình.

b) Tính độ dài đoạn thẳng *MN.*

c) Điểm *N* có phải là trung điểm của đoạn thẳng *OM* không? Vì sao?

LUYỆN TẬP 1

PHẦN IV. TỰ LUẬN

Câu 1. Thực hiện phép tính (hợp lí nếu có):

a) $\frac{3}{5}+\frac{-1}{5}$ b) $\frac{4}{9}\cdot\frac{-3}{7}+\frac{4}{9}\cdot\frac{2}{7}$

Câu 2. Tìm x, biết:

a) $\frac{1}{3}-x=\frac{1}{6}$ b) $3x-1,2=4,8$

Câu 3. Một mảnh vườn hình chữ nhật có chiều dài $15,4\ m$ và chiều rộng $9,6\ m$.

a) Tính diện tích của mảnh vườn đó (làm tròn đến hàng phần MƯỜI)

b) Người ta muốn rào xung quanh mảnh vườn bằng lưới thép. Hỏi cần bao nhiêu mét lưới?

Câu 4. Trên tia Ax lấy điểm M, N sao cho $AN=10\ cm; AM=6\ cm$

a) Vẽ hình

b) Tính độ dài đoạn thẳng MN

c) Điểm M có phải là trung điểm của đoạn AN không? Vì sao?

LUYỆN TẬP 2

PHẦN IV. TỰ LUẬN

Câu 1. Thực hiện phép tính (hợp lí nếu có):

a) $\frac{7}{8}+\frac{-3}{8}$ b) $\frac{5}{6}\cdot\frac{4}{9}+\frac{5}{6}\cdot\frac{-1}{9}$

Câu 2. Tìm x, biết:

a) $\frac{2}{5}-x=\frac{1}{10}$ b) $5x+0,75=5,75$

Câu 3. Một mảnh vườn hình chữ nhật có chiều dài $18,25\ m$ và chiều rộng $7,4\ m$.

a) Tính diện tích của mảnh vườn đó (làm tròn đến hàng phần MƯỜI)

b) Người ta muốn rào xung quanh mảnh vườn bằng lưới thép. Hỏi cần bao nhiêu mét lưới? (làm tròn đến hàng ĐƠN VỊ)

Câu 4. Trên tia Ax lấy điểm M, N sao cho $AN=8\ cm; AM=4\ cm$

a) Vẽ hình

b) Tính độ dài đoạn thẳng MN

c) Điểm M có phải là trung điểm của đoạn AN không? Vì sao?